النماذج الأكثر تكرارًا 6

السؤال ١

إذا كان طول سجادة (س + ١) وعرضها (س - ١) و مساحة السجادة = ٨٠ ، أوجد طول السجادة

أ) ٨ ب) ٩ ج) ١٠ د) ١١

السؤال ٢

طالب متوسط درجاته في خمس اختبارات ٤٥ زائده المعلم ١٠ درجات لمشاركته، كم أصبح متوسط درجاته الجديد؟

أ) ٤٦ ب) ٤٧ ج) ٥٠ د) ٥٥

السؤال ٣

في الشكل التالي،

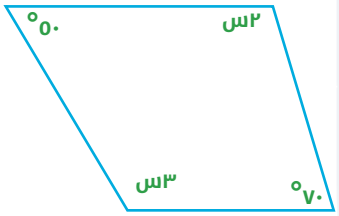

قارن بين

القيمة الأولى	القيمة الثانية
٤٨	س

أ) القيمة الأولى أكبر ب) القيمة الثانية أكبر ج) القيمتان متساويتان د) المعطيات غير كافية

السؤال ٤

الشكل البياني التالي يوضح مبيعات فروع محل بالآلاف خلال أسبوع، أوجد متوسط مبيعات الفرع (ب) خلال أسبوع

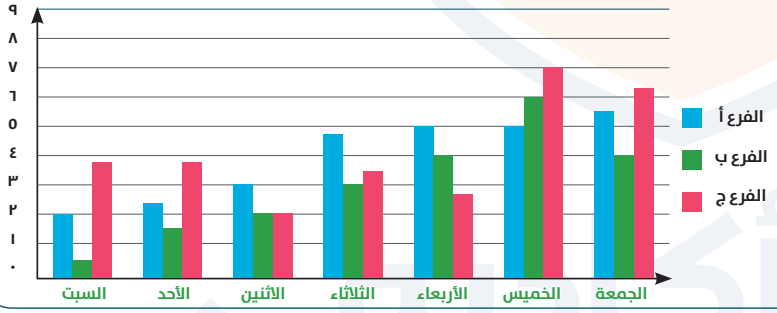

أ) ٢٠٠٠ ب) ٢٥٠٠ ج) ٣٠٠٠ د) ٣٥٠٠

السؤال ٥

الشكل البياني التالي يوضح مبيعات فروع محل بالآلاف خلال أسبوع ، في أي يوم كان أعلى مبيعات للمحل؟

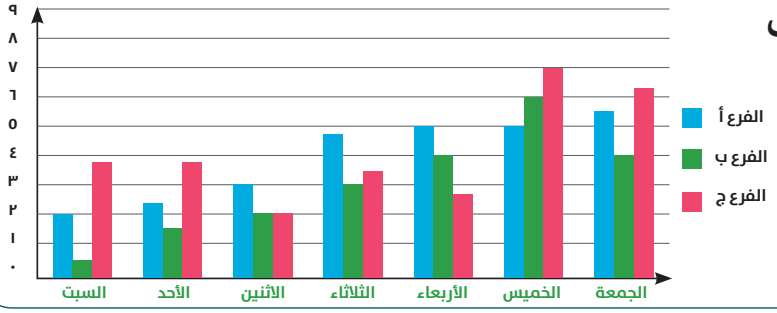

أ) الأربعاء ب) الخميس ج) الجمعة د) السبت