النماذج الأكثر تكرارًا 6

السؤال ١

إذا كان طول سجادة (س + ١) وعرضها (س - ١) و مساحة السجادة = ٨٠ ، أوجد طول السجادة

أ) ٨ ب) ٩ ج) ١٠ د) ١١

السؤال ٢

طالب متوسط درجاته في خمس اختبارات ٤٥ زائده المعلم ١٠ درجات لمشاركته، كم أصبح متوسط درجاته الجديد؟

أ) ٤٦ ب) ٤٧ ج) ٥٠ د) ٥٥

السؤال ٣

في الشكل التالي،

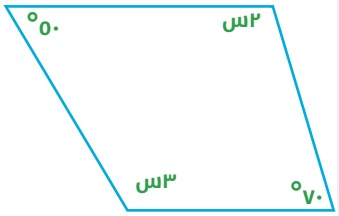

قارن بين

القيمة الأولى	القيمة الثانية
٤٨	س

أ) القيمة الأولى أكبر ب) القيمة الثانية أكبر ج) القيمتان متساويتان د) المعطيات غير كافية

السؤال ٤

الشكل البياني التالي يوضح مبيعات فروع محل بالآلاف خلال أسبوع، أوجد متوسط مبيعات الفرع (ب) خلال أسبوع

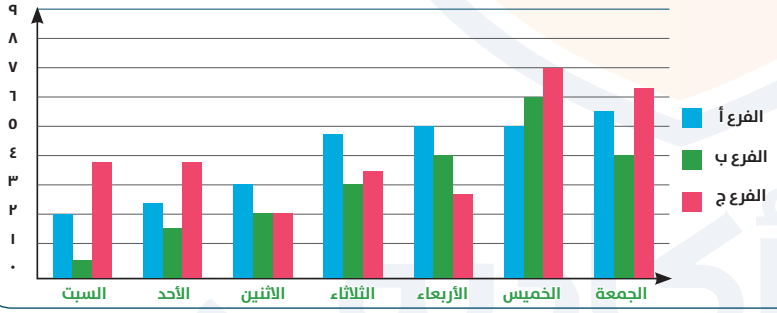

أ) ٢٠٠٠ ب) ٢٥٠٠ ج) ٣٠٠٠ د) ٣٥٠٠

السؤال ٥

الشكل البياني التالي يوضح مبيعات فروع محل بالآلاف خلال أسبوع ، في أي يوم كان أعلى مبيعات للمحل؟

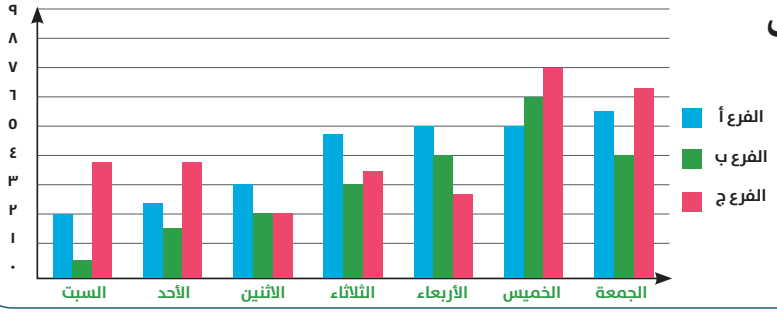

أ) الأربعاء ب) الخميس ج) الجمعة د) السبت

السؤال ٦

شركة عدد موظفيها ١٠٠ موظف عام ١٤٣٣هـ، و الشكل المجاور يبين الزيادة و النقص في عددهم خلال ٦ سنوات، ما الفرق بين عدد الموظفين عام ١٤٣٤، ١٤٣٥؟

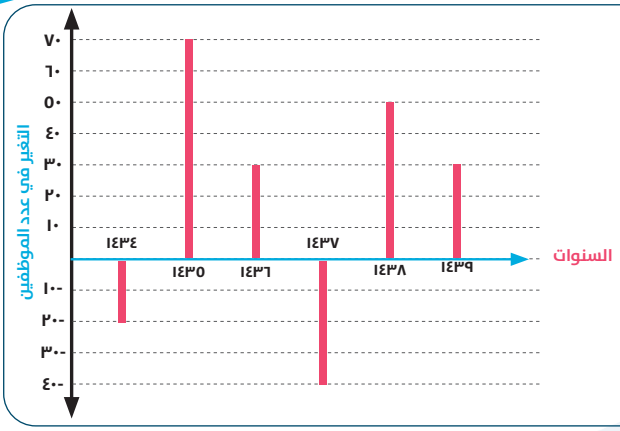

أ) ٩٠ ب) ٨٠ ج) ٧٠ د) ٦٠

السؤال ٧

في الشكل التالي:
أوجد قيمة س

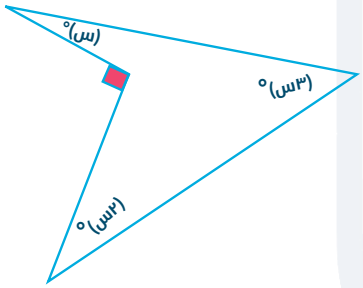

أ) ١٥ ب) ٣٠ ج) ٤٥ د) ٦٠

السؤال ٨

إذا كان وزن ٦ كرات يعادل وزن قلمين و ٥ برايات ، وزن ٩ برايات يعادل وزن ٣ أقلام و كرتين، كم براية تعادل وزن ١٠ أقلام؟

أ) ١٢ ب) ١٦ ج) ٢٠ د) ٢٤

السؤال ٩

في الشكل التالي،
قارن بين

القيمة الأولى	القيمة الثانية
مساحة الجزء المظلل	مساحة الجزء الغير المظلل

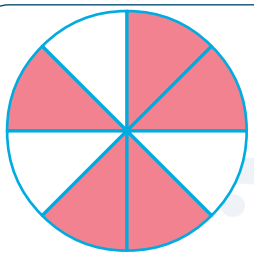

"الرسم ليس على القياس"

أ) القيمة الأولى أكبر ب) القيمة الثانية أكبر ج) القيمتان متساويتان د) المعطيات غير كافية

السؤال ١٠

إذا كان وزن ٦ كرات يعادل وزن قلمين و ٥ برايات ، وزن ٩ برايات يعادل وزن ٣ أقلام و كرتين، كم براية تعادل وزن ١٠ أقلام؟

أ) ١٢ ب) ١٦ ج) ٢٠ د) ٢٤

السؤال ١١

إذا كان س^{٢} - ٤ = ٢ ، $\frac{س}{ص}$ = ٤،

قارن بين

القيمة الأولى	القيمة الثانية
س	ص

أ القيمة الأولى أكبر
ب القيمة الثانية أكبر
ج القيمتان متساويتان
د المعطيات غير كافية

السؤال ١٢

إذا كان سعر القلم = ٢ريال ، اشترى شخص ٧٠ قلم بخصم ١٠٪ ، ما المبلغ الذي دفعه؟

أ ١٤٠
ب ١٣٢
ج ١٢٦
د ١٢٠

السؤال ١٣

٥^{٢} = ...

أ ٥ × ٥
ب ٥ × ٥ × ٥
ج ٥ × ٢
د ٦ × ٥

السؤال ١٤

قارن بين

القيمة الأولى	القيمة الثانية
(٠,٢٥)^{٣} - (٠,٢٥)^{٤}	(٠,٢٥)^{٤} - (٠,٢٥)^{٣}

أ القيمة الأولى أكبر
ب القيمة الثانية أكبر
ج القيمتان متساويتان
د المعطيات غير كافية

السؤال ١٥

أي النقاط الآتية تقع على المستقيم الذي معادلته : ٣س - ص = ٧

أ (١ ، ٤)
ب (١ ، -٤)
ج (٤ ، ١)
د (-٤ ، ١)

السؤال ١٦

ما أقل عدد من الأشخاص يمكن تقسيمهم في مجموعات تضم ١٠ أو ١٥ أو ٣٠ شخص؟

أ ١٠
ب ١٥
ج ٣٠
د ٦٠

السؤال ١٧

قارن بين

القيمة الأولى	القيمة الثانية
١٣	$\sqrt{٩٧ + ٧١}$

أ القيمة الأولى أكبر
ب القيمة الثانية أكبر
ج القيمتان متساويتان
د المعطيات غير كافية

السؤال ١٨

إذا كان س = $\frac{١٠٠}{ص}$ = $\frac{س}{ص}$ ، أوجد قيمة ص

أ) ١ ب) ١٠ ج) ٥٠ د) ١٠٠

السؤال ١٩

في الشكل التالي :
إذا كان محيط الشكل = ٢٠سم ،
أوجد قيمة س

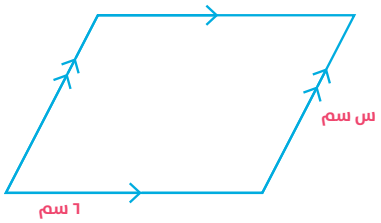

أ) ٢٤ ب) ٣٢ ج) ٥٤ د) ٦٤

السؤال ٢٠

يريد شخص شراء سيارة بمبلغ ٤٥٠٠٠ ريال
و دفع مقدم ١٧٠٠٠ ريال و يقسط الباقي ٢٠٠٠ ريال شهريًا ،
بعد كم شهر يسدد كامل مبلغ السيارة ؟

أ) ١٢ ب) ١٣ ج) ١٤ د) ١٥

السؤال ٢١

قارن بين

القيمة الأولى	القيمة الثانية
$-\frac{١}{٢} \div -\frac{١}{٢}$	١

أ) القيمة الأولى أكبر ب) القيمة الثانية أكبر ج) القيمتان متساويتان د) المعطيات غير كافية

السؤال ٢٢

إذا كان ب = ٩ $\sqrt{٣}$ ، ٢ب = ٣$\sqrt{س}$ ، أوجد قيمة س

أ) ١٨ ب) ٣٦ ج) ٧٢ د) ١٠٨

السؤال ٢٣

مستطيلان متساويان في المساحة، مساحة الأول = ١٢٠سم^{٢} و طول الثاني ١٢سم،
ما محيط المستطيل الثاني ؟

أ) ٤٠ ب) ٤٢ ج) ٤٤ د) ٤٨

السؤال ٢٤

سافر أحمد يوم الخميس و سافر صديقه بعد ٢٣ يوم ،
في أي يوم سافر صديقه؟

أ) الخميس ب) الجمعة ج) السبت د) الأحد

السؤال ٢٥ إذا كان س عدد صحيح سالب ، قارن بين

القيمة الأولى	القيمة الثانية
$\frac{س + ١}{٢}$	١

أ القيمة الأولى أكبر
ب القيمة الثانية أكبر
ج القيمتان متساويتان
د المعطيات غير كافية

السؤال ٢٦ في الشكل التالي مربع و بداخله ربعي دائرتين مركزهما ك ، ن ، أوجد مجموع طولي نصفي قطر الدائرتين؟

أ $٢\sqrt{٢}$
ب $٤\sqrt{٢}$
ج ٤
د $٤\sqrt{٣}$

السؤال ٢٧ في الشكل التالي : مستطيل بداخله ٦ مربعات و الأعداد داخل المربعات تمثل مساحتها، أحسب محيط المستطيل الكبير

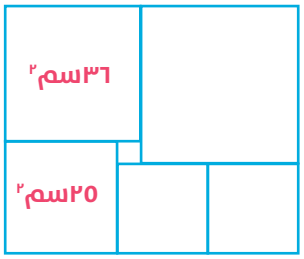

أ ٢٤
ب ٣٦
ج ٤٨
د ٦٠

السؤال ٢٨ عددان صحيحان مجموعهما ٣٠، و حاصل ضربهما أكبر ما يمكن، ما هما العددان؟

أ ١٥ ، ١٥
ب ٩ ، ٢١
ج ١٠ ، ٢٠
د ١ ، ٢٩

السؤال ٢٩ باع محل بـ ٢٠٠ ريال عبوات عجوة (صغير - كبير) فإذا باع ٥ صغير بمبلغ ١٠ ريال للعبوة و باع س كبيرة بمبلغ ١٥ريال للعبوة ، ما قيمة س؟

أ ٥
ب ١٠
ج ١٥
د ٢٠

السؤال ٣٠ مربع طول ضلعه ٦سم ، قُسم إلى مستطيلين متطابقين فإذا وضعا بجانب بعضهما كونا مستطيل ، ما محيط هذا المستطيل ؟

أ ٢٠
ب ٢٥
ج ٣٠
د ٣٦

السؤال ٣١ ما أقل عدد يساوي مجموع عوامله الأصغر منه ؟

أ ٤
ب ٦
ج ١٢
د ٢٥

السؤال ٣٢ إذا كان إنتاج المصنع الشهري ٤٠٠٠ قطعة، كم عدد أقمشة الدانتيل المنتجة في الشهر؟

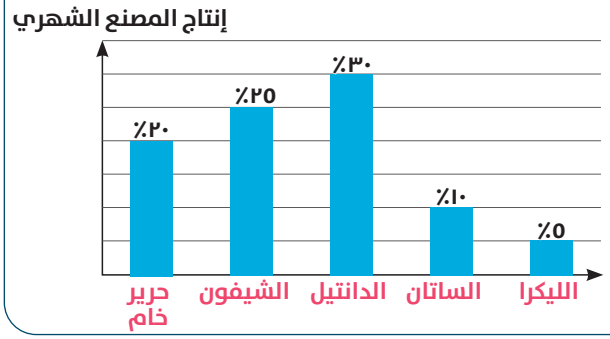

أ) ١٠٠٠ ب) ١١٠٠ ج) ١٢٠٠ د) ١٥٠٠

السؤال ٣٣ إذا كان إنتاج المصنع الشهري ٤٠٠٠ قطعة ، كم عدد قطع الدانتيل الزائدة عن الشيفون؟

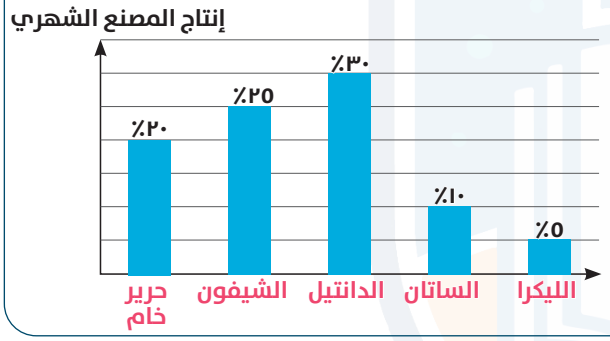

أ) ١٠٠ ب) ١٢٠ ج) ١٥٠ د) ٢٠٠

السؤال ٣٤ تُوفي أب و عليه دين و لديه ٣ أبناء سدد الأول نصف قيمة الدين و سدد الثاني ٣٠٪ من قيمة الدين و سدد الثالث ٤٠٠٠ ريال، ما إجمالي مبلغ الدين؟

أ) ١٨٠٠٠ ب) ٢٠٠٠٠ ج) ٢١٠٠٠ د) ٢٥٠٠٠

السؤال ٣٥ اختبار مدته ٩٠ دقيقة به عدد من الأقسام و بين كل قسمين ٥ دقائق راحة ، فإذا بدأ الاختبار الساعة ٨ : ٠٠ وانتهي الساعة ٩ : ٥٥، كم عدد أقسام الاختبار؟

أ) ٧ ب) ٦ ج) ٥ د) ٤

السؤال ٣٦ دائرة طول نصف قطرها س، فإذا كان محيط الدائرة عدديًا أكبر من مساحتها ، أي الأتي صحيح :

أ) ٠ < س < ط ب) ٠ < س < ٢ ج) س < ٢ د) س > ط

السؤال ٣٧ مربع مساحته ٦٤سم^{٢} ، فإذا نقص طول ضلع فيه ٢سم فأصبح مستطيل ، ما طول المستطيل ؟

أ) ٤ ب) ٦ ج) ٨ د) ١٠

السؤال ٣٨ في الشكل التالي : أحسب محيط المستطيل

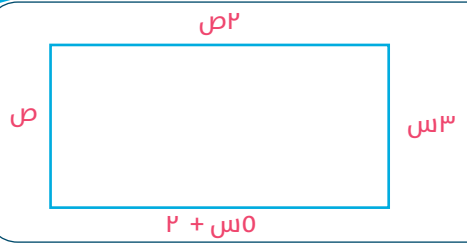

أ ٣٦ | ب ٥٢ | ج ٨٤ | د ٩٦

السؤال ٣٩ قارن بين

القيمة الأولى	القيمة الثانية
حجم غرفة أبعدها ٣م ، ٤م ، ٥م	حجم غرفة أبعدها $٣\frac{١}{٢}$م ، ٤م ، $٤\frac{١}{٢}$م

أ القيمة الأولى أكبر | ب القيمة الثانية أكبر | ج القيمتان متساويتان | د المعطيات غير كافية

السؤال ٤٠ إذا كان راتب أحمد ١٠٠٠٠ ريال ،
فما مبلغ مصروفات أحمد ؟

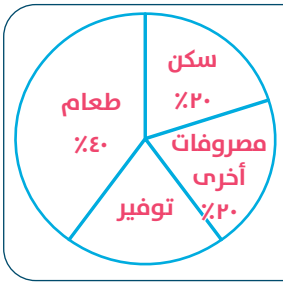

أ ٨٠٠٠ | ب ٨١٠٠ | ج ٨٢٠٠ | د ٨٢٥٠

السؤال ٤١ إذا كان راتب أحمد ١٠٠٠٠ ريال ،
فما المبلغ الذي يوفره ؟

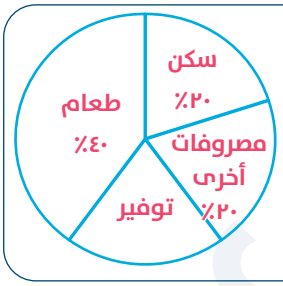

أ ٢٠٠٠ | ب ٢١٠٠ | ج ٢١٥٠ | د ٢٢٠٠

السؤال ٤٢ قارن بين

القيمة الأولى	القيمة الثانية
٦٠	س + ٣٠

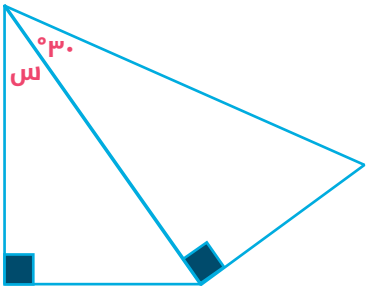

أ القيمة الأولى أكبر | ب القيمة الثانية أكبر | ج القيمتان متساويتان | د المعطيات غير كافية

السؤال ٤٣

قارن بين

القيمة الأولى	القيمة الثانية
مجموع قياسات زوايا الشكل الرباعي	١٨٠

أ القيمة الأولى أكبر
ب القيمة الثانية أكبر
ج القيمتان متساويتان
د المعطيات غير كافية

السؤال ٤٤

٧ مربعات متلاصقة كونت مستطيل محيطه ٣٢، أحسب مساحة المستطيل

أ ٣٦
ب ٢٣
ج ٢٨
د ١٤

السؤال ٤٥

قارن بين

القيمة الأولى	القيمة الثانية
مجموع قياسات زوايا مثلث قائم الزاوية	مجموع قياسات زوايا مثلث منفرج الزاوية

أ القيمة الأولى أكبر
ب القيمة الثانية أكبر
ج القيمتان متساويتان
د المعطيات غير كافية

السؤال ٤٦

الجدول المجاور يمثل درجات فصلين في صف ثالث متوسط ،
أوجد عدد طلاب صف (١/٣)

الأوراق (١/٣)	الساق	الأوراق (٢/٣)
١٢٣٤٥٦	٠	٤٣٢١
١٢٣٥٥٦	١	٥٤٣٢١
١٣٤٥٦	٢	٥٤٣٢
٠٠٠٠	٣	٤٣٢١٠

أ ٢٤
ب ٢٢
ج ٢١
د ٢٠

السؤال ٤٧

قارن بين

القيمة الأولى	القيمة الثانية
١٠٠	س

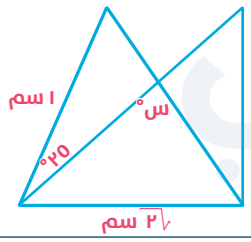

أ القيمة الأولى أكبر
ب القيمة الثانية أكبر
ج القيمتان متساويتان
د المعطيات غير كافية

السؤال ٤٨

قارن بين

القيمة الأولى	القيمة الثانية
$(١ - \frac{٩}{٥})^{٣}$	$(\frac{٩}{٥} - ١)^{٣}$

أ القيمة الأولى أكبر
ب القيمة الثانية أكبر
ج القيمتان متساويتان
د المعطيات غير كافية

السؤال ٤٩ في الشكل التالي : كم سنتيمترًا تساوي ٨٠ بوصة؟

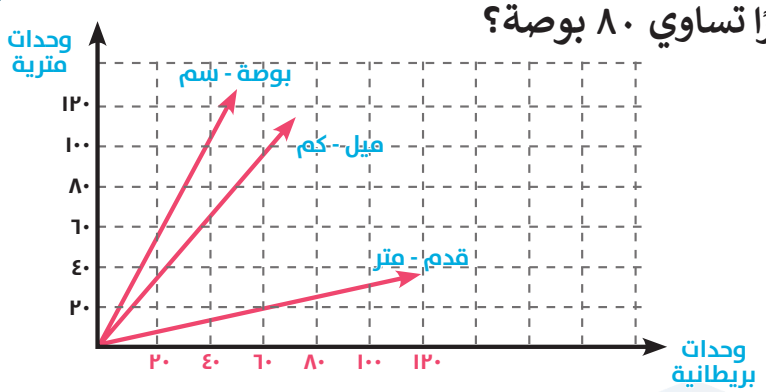

أ ٥٠ | ب ١٠٠ | ج ١٢٠ | د ٢٠٠

السؤال ٥٠ قارن بين

القيمة الأولى	القيمة الثانية
$(\frac{٤}{٥})^{١٠}$	$(\frac{٤}{٥})^{٤} \times (\frac{٤}{٥})^{٣}$

أ القيمة الأولى أكبر | ب القيمة الثانية أكبر | ج القيمتان متساويتان | د المعطيات غير كافية

السؤال ٥١ $\frac{٣٥}{١٠٠}$ = ...

أ ٠,٠٠٣٥ | ب ٠,٠٣٥ | ج ٠,٣٥ | د ٣,٥

السؤال ٥٢ عجلة تدور (ل) دورة في ($\frac{١}{أ}$) ساعة، كم عدد الدورات التي تدورها في (ن) ساعة؟

أ $\frac{أ + ل}{ن}$ | ب ل أ ن | ج ل أ | د $\frac{ل أ}{ن}$

السؤال ٥٣ دائرة طول قطرها = ٧سم، قارن بين

القيمة الأولى	القيمة الثانية
$\frac{٢٤}{\text{محيط الدائرة}}$	$(\frac{٧ط}{٢٤})^{-١}$

أ القيمة الأولى أكبر | ب القيمة الثانية أكبر | ج القيمتان متساويتان | د المعطيات غير كافية

السؤال ٥٤ قارن بين

القيمة الأولى	القيمة الثانية
$\sqrt{٠,٠٠٠٠٠١}$	$١٠^{-٦}$

أ القيمة الأولى أكبر | ب القيمة الثانية أكبر | ج القيمتان متساويتان | د المعطيات غير كافية

السؤال ٥٥ في الشكل التالي:
أوجد قيمة س

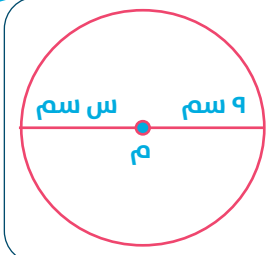

أ) ٣
ب) ٤,٥
ج) ٩
د) ١٨

السؤال ٥٦ في الشكل التالي مستطيل داخل دائرة،
ما المعطي الذي لا يفيد في حساب مساحة الدائرة؟

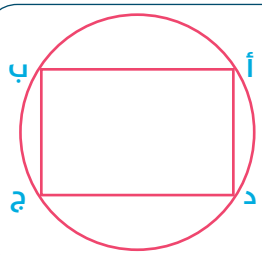

أ) أ ب = ٨سم ، أ د = ٦سم
ب) محيط الدائرة = ١٠ط
ج) مجموع قطري المستطيل = ٢٠سم
د) مساحة المستطيل = ٤٨سم^{٢}

السؤال ٥٧ إذا كان ٢^{س} = ١٥ ، ١٥^{ص} = ٣٢
قارن بين

القيمة الأولى	القيمة الثانية
٦	س ص

أ) القيمة الأولى أكبر
ب) القيمة الثانية أكبر
ج) القيمتان متساويتان
د) المعطيات غير كافية

السؤال ٥٨ إذا كان مساحة الشكل = ٢١ ،
أحسب محيط الشكل

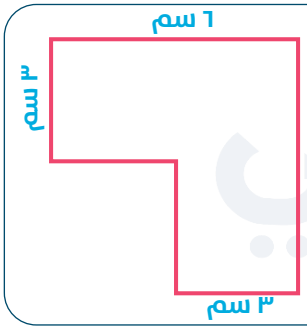

أ) ١٨
ب) ٢٠
ج) ٢١
د) ٢٤

السؤال ٥٩ شخص لديه ٤٠٠ ريال من فئات ٥٠ ريال ، ١٠ ريال و ٥ ريال ،
فإذا كان لدية ٦ أوراق من فئة ٥٠ ريال و ٦ أوراق من فئة ٥ ريال ،
كم ورقة لديه من فئة ١٠ ريال؟

أ) ٤
ب) ٥
ج) ٦
د) ٧

السؤال ٦٠

عددان أوليان مجموعهما ٨ ، ما العدد الأكبر ؟

أ) ٢ ب) ٣ ج) ٥ د) ٧

السؤال ٦١

أوجد رقم العشرات في ناتج : ٣٦٠٠٧ × ٣٦٠٠٦

أ) ٣ ب) ٤ ج) ٥ د) ٦

السؤال ٦٢

إذا كان $\frac{١}{٢٣^{-ن}}$ > $\frac{١}{٢٧}$ ، قارن بين

القيمة الأولى	القيمة الثانية
ن	-١

أ) القيمة الأولى أكبر ب) القيمة الثانية أكبر ج) القيمتان متساويتان د) المعطيات غير كافية

السؤال ٦٣

إذا كان س < ٠ ، أي الآتي موجب ؟

أ) ٢س ب) $س^{-١}$ ج) $-س^{-١}$ د) $-س^{٢}$

السؤال ٦٤

إذا كان م = $\frac{٣١}{٥٠}$ ، ن = $\frac{٥٩}{١٠٠}$ ، ل = $\frac{٢٩٩}{٥٠٠}$ ، فإي الآتي ترتيبهم تصاعديًا؟

أ) ن ، ل ، م ب) ن ، م ، ل ج) م ، ن ، ل د) م ، ل ، ن

السؤال ٦٥

ما نسبة المرضى إلي الأجهزة في المنطقة الجنوبية؟

البيان	المنطقة الوسطى	المنطقة الشمالية	المنطقة الجنوبية	المنطقة الشرقية	المنطقة الغربية	المجموع
المرضى	١٢٩٤	٣٤٧	١٠٤٧	٥٤٣	١٩٥٠	٥١٨١
الأجهزة	٤٦٣	١٨٢	٣٤٩	٢٢٩	٤٢٩	١٦٦٢
النسبة	٢,٨	١,٩	٣	٢,٤	٤,٤	١٤,٥

أ) ٣ أجهزة لكل مريض ب) جهاز واحد لكل ٣ مرضى

ج) جهازين لكل مريض د) جهاز واحد لكل مريض

السؤال ٦٦

ما المنطقة التي تكون نسبة المرضي فيها إلى الأجهزة أكبر ما يكون؟

البيان	المنطقة الوسطى	المنطقة الشمالية	المنطقة الجنوبية	المنطقة الشرقية	المنطقة الغربية	المجموع
المرضى	١٢٩٤	٣٤٧	١٠٤٧	٥٤٣	١٩٥٠	٥١٨١
الأجهزة	٤٦٣	١٨٢	٣٤٩	٢٢٩	٤٢٩	١٦٦٢
النسبة	٢,٨	١,٩	٣	٢,٤	٤,٤	١٤,٥

أ) الوسطي ب) الشرقية ج) الجنوبية د) الغربية

السؤال ٦٧ الشكل التالي يوضح أرباح الشركة بالملايين، ما نسبة أرباح الشركة في عام ١٤٢٣ إلى عام ١٤٢٤

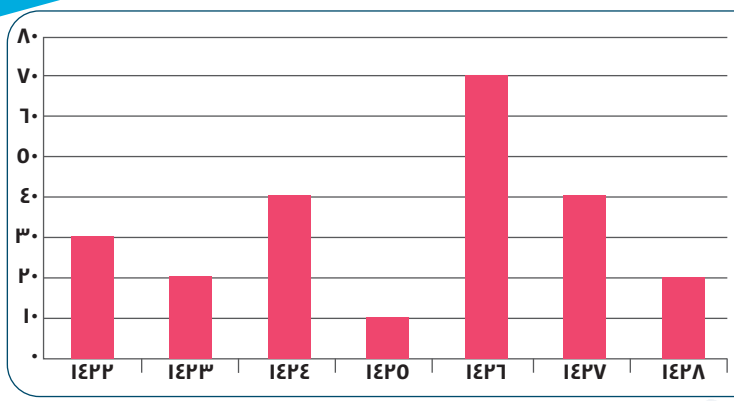

أ) ٢ : ١ ب) ١ : ٢ ج) ٣ : ١ د) ١ : ٣

السؤال ٦٨ إذا كان ٢^س = ١٥ ، ١٥^ص = ٣٢ قارن بين

القيمة الأولى	القيمة الثانية
$\sqrt{٢٥ + ٤٩}$	١٢

أ) القيمة الأولى أكبر ب) القيمة الثانية أكبر ج) القيمتان متساويتان د) المعطيات غير كافية

السؤال ٦٩ إذا كان $(٩)^{\frac{ص}{٢}}$ = ٨١ ، قارن بين

القيمة الأولى	القيمة الثانية
ص^٢	٦

أ) القيمة الأولى أكبر ب) القيمة الثانية أكبر ج) القيمتان متساويتان د) المعطيات غير كافية

السؤال ٧٠ إذا كان عدد الراسبين ثلث عدد الناجحين ، وكان عدد الناجحين = ٩٠، فكم عدد طلاب المدرسة؟

أ) ١٢٠ ب) ١٣٠ ج) ١٤٠ د) ١٥٠

السؤال ٧١ إذا كان س > صفر ، ص < صفر ، قارن بين

القيمة الأولى	القيمة الثانية
س - ص	س + ص

أ) القيمة الأولى أكبر ب) القيمة الثانية أكبر ج) القيمتان متساويتان د) المعطيات غير كافية

السؤال ٧٢ أحسب قيمة $\frac{|-٤| - |٨|}{-|-٤|}$

أ) ١ ب) -١ ج) ٢ د) -٢

السؤال ٧٣ كم إجمالي الواردات ؟

أ ١١٠ | ب ١٢٠ | ج ١٢٥ | د ١٣٥

السؤال ٧٤ إذا كان $٤^{س+١} = ٢^{٤س}$ ، أوجد قيمة س

أ ٠ | ب $\frac{١}{٤}$ | ج $\frac{١}{٢}$ | د ١

السؤال ٧٥ إذا كان $٣^{س} \times ٩ = ٨١$ ، فإن س = ...

أ ١ | ب ٢ | ج ٣ | د ٤

السؤال ٧٦ إذا كان ٨س = ٦٤ ، أوجد ٣س ؟

أ ١٦ | ب ٢٤ | ج ٢٨ | د ٣٢

السؤال ٧٧ كم عدد يحتوى على ٢ أو ٣ أو كليهما من ١ إلى ٤٠ ؟

أ ٢ | ب ٢٣ | ج ٢٤ | د ٢٥

السؤال ٧٨ الشكل التالي يمثل مصروفات سلطان شهريًا
إذا كان إجمالي مصروفاته ٥٠٠٠ ريال شهريًا ،
ما المبلغ الذي دفعه في الطعام؟

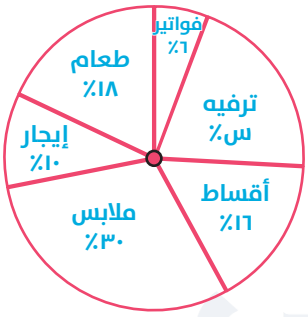

أ ٦٠٠ | ب ٧٠٠ | ج ٨٠٠ | د ٩٠٠

السؤال ٧٩ الشكل التالي يمثل مصروفات سلطان شهريًا
إذا كان إجمالي مصروفاته ٥٠٠٠ ريال شهريًا ،
نسبة ما صرفه في السفر ٦٥٪ مما صرف في الترفيه،
أوجد المبلغ الذي صرفه سلطان في السفر ؟

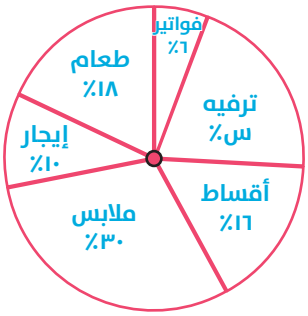

أ ١٦٥٠ | ب ٦٥٠ | ج ٣٢٥ | د ٢٥٠

السؤال ٨٠ كم عدد الأعداد الفردية المكونة من رقمين و رقم العشرات أكبر من ٣ ؟

أ) ١١ ب) ٢٥ ج) ٣٠ د) ٣٦

السؤال ٨١ ما نسبة لحم الضأن و الدجاج و الأسماك؟

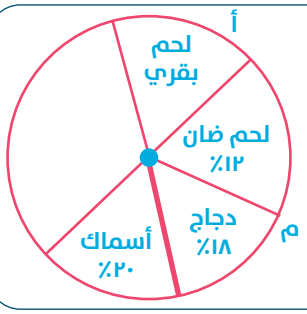

أ) ٪٥٠ ب) ٪٦٠ ج) ٪٧٠ د) ٪٨٠

السؤال ٨٢ في مكتبة يستوعب الرف ٣٠ كتاب، كم رف نحتاج لوضع ١٢٥ كتاب؟

أ) ٤ ب) ٥ ج) ٦ د) ٧

السؤال ٨٣ إذا كان تكلفة الاتصال ٢٠ثانية بـ ١ ريال، ما تكلفة مكالمة لمدة ساعتين ؟

أ) ٦٠ ب) ٩٠ ج) ١٨٠ د) ٣٦٠

السؤال ٨٤ أحسب قيمة : $\sqrt{\frac{٤^{٣} + ٦٤}{٤^{٤} + ٤}}$

أ) ٤ ب) ١٦ ج) ٦٤ د) ٢٥٦

السؤال ٨٥ إذا كان ص = $\frac{١}{٢}$ س ، ع = $\frac{١}{٢}$ ص ، س + ص + ع = ٧، أوجد قيمة ع

أ) ١ ب) ٣ ج) ٥ د) ٧

السؤال ٨٦ مثلث قائم الزاوية و متطابق الضلعين طول وتره ١٠سم، أحسب مساحته؟

أ) ١٠٠ ب) ٥٠ ج) ٢٥ د) ١٠

السؤال ٨٧ أحسب قيمة : $٢\sqrt{٣} + ٣\sqrt{٣} + \sqrt{٣}$

أ) $٥\sqrt{٣}$ ب) $٦\sqrt{٩}$ ج) $٣\sqrt{٦}$ د) $\sqrt{١٠٨}$

السؤال ٨٨ في الشكل التالي، قارن بين

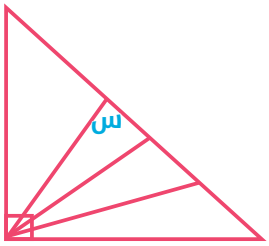

القيمة الأولى	القيمة الثانية
س	١٨٠°

أ القيمة الأولى أكبر
ب القيمة الثانية أكبر
ج القيمتان متساويتان
د المعطيات غير كافية

السؤال ٨٩ في الشكل التالي، قارن بين

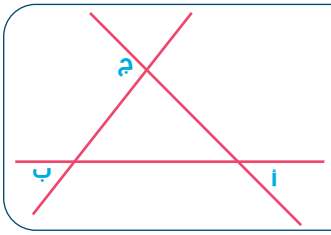

القيمة الأولى	القيمة الثانية
أ + ب + ج	٣٦٠

أ القيمة الأولى أكبر
ب القيمة الثانية أكبر
ج القيمتان متساويتان
د المعطيات غير كافية

السؤال ٩٠ إذا سار محمد بسرعة ١٢٠ كم/س يصل في ٥ ساعات ، ما زمن وصوله إذا سار بسرعة ١٠٠ كم/س ؟

أ ٤
ب ٥
ج ٦
د ٧

السؤال ٩١ في الشكل التالي ن مركز الدائرة، قارن بين

القيمة الأولى	القيمة الثانية
$\frac{\text{طول } \overset{\frown}{أج}}{\text{طول } \overset{\frown}{مل}}$	$\frac{١}{٥}$

أ القيمة الأولى أكبر
ب القيمة الثانية أكبر
ج القيمتان متساويتان
د المعطيات غير كافية

السؤال ٩٢ إذا كان أ = $\frac{١}{ب}$ ، ب = $\frac{١}{ج}$ ، ج = $\frac{١}{د}$ ، د = $\frac{\sqrt{٦٤}}{\sqrt{٤٩}}$ ، أوجد قيمة (أ + ج) × د

أ $\frac{٣}{٢}$
ب ٢
ج $\frac{٧}{٨}$
د $\frac{٨}{٧}$

السؤال ٩٣ قارن بين

القيمة الأولى	القيمة الثانية
$(١,٠)^{٢}$	$(٠,٠٠١)^{٤}$

أ القيمة الأولى أكبر
ب القيمة الثانية أكبر
ج القيمتان متساويتان
د المعطيات غير كافية

السؤال ٩٤ في الشكل التالي :
أوجد قيمة س

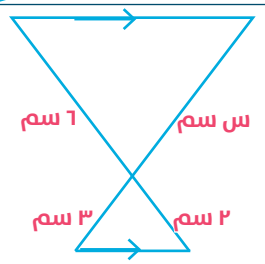

أ) ٤ ب) ٥ ج) ٦ د) ٩

السؤال ٩٥ إذا كان أ ، ب عددان صحيحان ، أ > ٣ ، ٢ < ب < ٦، أي العبارات الآتية غير ممكنة؟

أ) أ × ب = ٣٢ ب) أ - ب = صفر ج) أ × ب = ٢١ د) أ × ب = ٦

السؤال ٩٦ في الشكل التالي : أوجد قيمة س

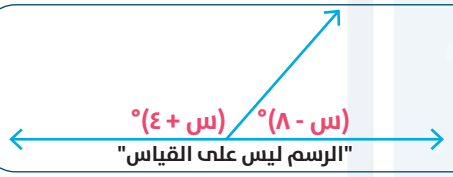

أ) ٩٦ ب) ٩٢ ج) ٨٨ د) ٨٤

السؤال ٩٧ إذا كان (س + ٥)^{٣٢} = صفر، أوجد قيمة س

أ) -٥ ب) -١٠ ج) ٥ د) ١٠

السؤال ٩٨ أوجد مساحة المثلث

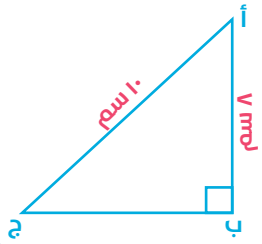

أ) ٨٠ ب) ٤٨ ج) ٢٦ د) ٢٤

السؤال ٩٩ إذا كان محيط مربع يساوي محيط مثلث أطوال أضلاعه ٨سم ، ١٠سم ، ١٤سم، قارن بين

القيمة الأولى	القيمة الثانية
(طول ضلع المربع ÷ ٢)	٥

أ) القيمة الأولى أكبر ب) القيمة الثانية أكبر ج) القيمتان متساويتان د) المعطيات غير كافية

السؤال ١٠٠ إذا كان مدى خمس أعداد = ١٠ و العدد الأصغر = ٤، ما العدد الأكبر ؟

أ) ٦ ب) ١٠ ج) ١٢ د) ١٤